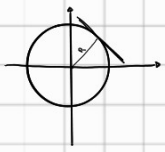
Moto circolare uniforme:

$$\underline{r}(t) = \begin{cases} x(t) = R\cdot\cos(\omega t) \\ y(t) = R\cdot\sin(\omega t) \end{cases}$$



$$\underline{a}(t) = -\omega^2\underline{r}(t)$$

$$\underline{F} = m\underline{a} = m\cdot(-\omega)\cdot R\,\hat{r}$$

$\hat{r}$: versore uscente dal centro

$\underline{F}$: forza che produce il moto circolare uniforme

$-\omega$: indica che la direzione della forza è opposta a quella del versore $\hat{r}$

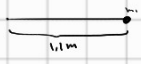
$$v = \sqrt{v_x^2 + v_y^2} = \omega R$$

$$\underline{F} = -m\frac{v^2}{R}R\,\hat{v}_t = -\frac{mv^2}{R}\hat{v}_t$$

Forza Centripeta

È una forza apparente e non reale

Esempio:



$m = 450\,g$

gira con movimenti verticali

v minima nel punto più alto e è il punto peggiore di tutta la rotazione

↳ quali sono le forze che agiscono sulla pallina



Da ricordare che questo moto non è UNIforme, ma uniformemente circolare

$$ma = -mg - T$$

$$-\frac{mv^2}{R} = -mg - T$$

se questo non è uguale alla mia a vuol dire che non è moto circolare uniforme

$$\rightarrow T = \frac{mv^2}{R} - mg$$

Se sto facendo il moto circolare quindi con $T \geq 0$

$$\frac{mv^2}{R} - mg \geq 0$$

$$\boxed{v > \sqrt{gR}}$$



$$v = 2\sqrt{gR}$$

$T = ?$

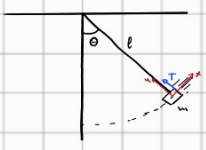
$$ma = -mg + T \Rightarrow T = 5mg$$

(accelerazione nulla)

$$\frac{m(v^2)}{R} = \frac{m(4gR)}{R} = m4g$$


Parte di Fisica importante:

Pendolo e Molla



Quasi tutti i sistemi vicini al loro equilibrio si comportano come un pendolo

Il periodo di oscillazione è indipendente dall'angolo



$$F_y: ma_y = T - mg\cos\theta$$

$$F_x: ma_x = -mg\sin\theta$$

$$x = L\theta$$

$$a_x = L\frac{d^2\theta}{dt^2}$$

$$\not{m}L\frac{d^2\theta}{dt^2} = -\not{m}g\sin\theta$$

$$\frac{d^2\theta}{dt^2} = -\frac{g}{L}\sin\theta$$

per θ piccolo $\sin\theta \approx \theta$

$$\frac{d^2\theta}{dt^2} = -\frac{g}{L}\theta$$




$$\frac{d^2\theta}{dt^2} = -\frac{g}{L}\theta$$

$$\theta(t) = A\cos\left(\sqrt{\frac{g}{L}}t + \phi\right)$$

↳ come varia l'angolo in funzione del tempo

$$\begin{cases} \theta(t=0) = \theta_0 \\ v_x(t=0) = 0 \end{cases}$$

quanto vale ϕ



$$v_x(t) = L\frac{d\theta}{dt} = -A\sqrt{\frac{g}{L}}\sin\left(\sqrt{\frac{g}{L}}t + \phi\right)$$

$$v_x(t=0) = -A\sqrt{\frac{g}{L}}\sin\phi = 0$$

↳ con $\phi = 0$ faccio

$$\theta(t) = A\cos\left(\sqrt{\frac{g}{L}}t\right)$$

$$\theta(t=0) = A = \theta_0$$

$$\theta(t) = \theta_0\cdot\cos\left(\sqrt{\frac{g}{L}}t\right)$$

T è il periodo del pendolo

$$\sqrt{\frac{g}{L}}\cdot T = 2\pi$$

↳ $T = 2\pi\sqrt{\frac{L}{g}}$





$$F = -kax$$

$$x(t) = A\cdot\cos\left(\sqrt{\frac{k}{m}}t\right)$$

$$\frac{md^2(ax)}{dt^2} = -kax$$

$$\boxed{m\frac{d^2x}{dt^2} = -kx}$$

è uguale a quella del pendolo se $g = k$